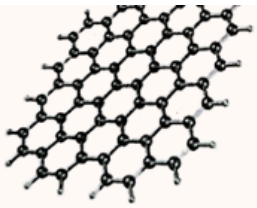
(سوال ۲۳)



جرم مولکولی کربن : $12\frac{g}{mol}$

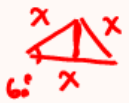
عدد آووگادرو : 6.022×10^{23}

طول پیوند کربن – کربن : $1.42 \times 10^{-10}\ m$

۱) ۶۴۷/۵ ۲) ۱۲۹۵ ۳) ۲۵۹۰ ۴) ۵۱۸۰

چگالی سطحی = جرم / مساحت





$S_{\text{شش ضلعی}} = 3x^2 \sin(60)$ ⇐ $S_{\text{مثلث}} = \frac{x \cdot x \cdot \sin(60)}{2}$ ⇐ (قاعده × ارتفاع)

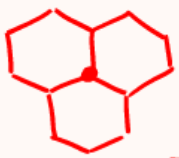
$x = 1.42 \times 10^{-10}\ m \Rightarrow S_{\text{شش ضلعی}} = 3(1.42 \times 10^{-10})^2 \cdot \frac{\sqrt{3}}{2} = 5.24 \times 10^{-20}\ m^2$

---

* $S_{\text{شش ضلعی}} = 5.2 \times 10^{-20}\ m^2$ ⟵ گرافن سطح زیرین و رویی دارد! ⟵ $S = 2 \times S_{\text{شش ضلعی}}$

$S = 10.4 \times 10^{-20}\ m^2$

* هر کربن بین ۳ شش ضلعی تقسیم می‌شود: نتیجه می‌گیریم هر کربن $\frac{1}{3}$ این مال یک شش ضلعی است!



جرم ۲ تا کربن ⟵ $2 \times \frac{12}{6.022 \times 10^{23}} = 4 \times 10^{-23}\ g$ ⟵ اتم کربن

چگالی سطحی $= \frac{S}{m} = 10.4 \times 10^{-20} \div 4 \times 10^{-23} = 2600$

۲_ زاویه کایرال را به صورت زاویه میان کایرال و بردار یکه a_1 تعریف می‌کنیم. زاویه کایرال در نانولوله صندلی کدام است؟ (المپیاد نانو سال ۸۹) (سوال ۱۰)

۱) ۳۰درجه

۲) ۰ درجه

۳) بین صفر و ۳۰ درجه

۴) هیچکدام



شکل۴: زاویه کایرال

زیگزاگ : (m,0)

دسته صندلی: (m,m)

کایرال: (m,n)

نانولوله ها

(۱و۱)

۱۷_ محققی موفق به تولید یک نمونه از نانولوله‌های کربنی تک جداره شده است، به طوری که مولفه‌های بردار کایرال این نمونه از نانولوله‌ها در بازه $m\in[۴و۶]$ و $n\in[۷و۸]$ است. احتمال وجود نانولوله‌های نیمه‌رسانا در این نمونه چقدر است؟ (المپیاد نانو سال ۹۲) (سوال ۳۸)

m: 6,5,4

n: 8,7

۶ حالت در مجموع!

۱) حدود ۶۰٪

۲) حدود ۳۰٪

۳) تمام این نانولوله‌ها نیمه‌رسانا هستند.

۴) تمام این نانولوله‌ها رسانا هستند.

۹۱

4,8 ✗ 4,7 ✓

5,8 ✓ 5,7 ✗

6,8 ✗ 6,7 ✗

۴ نیمه‌رسانا

۲ رسانا

$4/6 \approx 66\%$

۲۳_ امکان قرار دادن مولکول‌ها و ذرات کوچک درون قفس‌های فولرینی کاربردهای بدیعی را در زمینه‌های مختلف فراهم ساخته است. اندازه حفره داخلی فولرن بر نوع کاربرد آن موثر است. با فرض کروی بودن ساختارها، حجم فولرن تشکیل شده از ۹۰ کربن تقریباً چند برابر فولرن تشکیل شده از ۶۰ کربن است؟ (المپیاد نانو سال ۹۳) (سوال ۲۷)

۱) $\left(\frac{2}{3}\right)^{\frac{2}{3}}$

۲) $\left(\frac{2}{3}\right)^{\frac{3}{2}}$

۳) $\left(\frac{3}{2}\right)^{\frac{2}{3}}$

۴) $\left(\frac{3}{2}\right)^{\frac{3}{2}}$ ✓

۲۴_ اگر یک نانولوله کربنی رسانا با بردار کایرال(n-5 و2n+1) داشته باشیم، در این صورت تعداد شش ضلعی‌های موجود در فولرن به فرمول C_{10n-2} کدام می‌تواند باشد؟ (المپیاد نانو سال ۹۳) (سوال ۲۹)

۱) ۲۰

۲) ۲۶

۳) ۳۴ ✓

۴) ۳۷

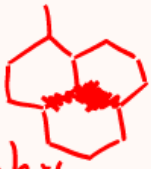
۲۸_ مجموع طول پیوندها در فولرن C_{80} کدام است؟ (طول پیوند کربن – کربن را تقریباً برابر ۱.۴ آنگستروم در نظر بگیرید) (المپیاد نانو سال ۹۴) (سوال ۱۸)

۱) ۱۰۸ آنگستروم

۲) ۱۵۰ آنگستروم

۳) ۱۶۸ آنگستروم ✓

۴) ۲۱۰ آنگستروم



۳ پیوند سهم فولرن ← ۶ پیوند ← هرشش ضلعی

$80 = \frac{12\times5 + h\times6}{3}$

C_{80} : $(12 \times 2.5) + (30 \times 3) = 120$ پیوند

$\Rightarrow h = 30$

$120 \times 1.4 = 168$

۲۷_ برای ساخت یک فولرن از یک صفحه گرافن، باید حداقل چند ۶ ضلعی را به ۵ ضلعی تبدیل کرد؟ (المپیاد نانو سال ۹۴) (سوال ۱۷)

۱) ۳

۲) ۵

۳) ۶

۴) ۱۲ ✓

۳۱_ در حالت جامد مولکول‌های فولرن C_{60} در یک ساختار بلوری با چیدمان مکعبی مرکز وجهی (FCC) در کنار یکدیگر قرار می‌گیرند. در این ساختار جرم معادل هر سلول واحد چقدر است؟ (المپیاد نانو سال ۹۴) (سوال ۲۱)

C_{60} تا ۴ ⇒ ۲۴۰ C ⇒ 2880 amu

(amu ۱۲ هرکربن)

۱) ۱۲ amu

۲) ۶۰ amu

۳) ۲۸۸۰ amu ✓

۴) ۳۶۰۰ amu

۱_ اگر طول بردار کایرال در یک نانولوله زیگزاگ ۳۱.۴ نانومتر باشد، شعاع این نانولوله چند نانومتراست؟
(المپیاد نانو سال ۸۹) (سوال ۹)

$r = \frac{\sqrt{3}}{2\pi} a_0 \sqrt{m^2 + n^2 + mn}$: مو شعاع نانولوله

$31.4\ nm = 2\pi r$

$r \approx 5.2$



۱) ۵ ✓
۲) ۱۰
۳) ۱۵.۷
۴) ۷.۸۷